CALCUL VECTORIEL : LE PRODUIT SCALAIRE

Remarque n°1.

Il peut être utile de se rafraîchir la mémoire avant de commencer : on pourra lire ce cours. Nous travaillerons toujours dans le plan.

I Définir le produit scalaire de deux vecteurs

Remarque n°2. ***Angle géométrique***

On ne définira pas ce qu'est un **angle géométrique**, on aura juste en tête une image : deux demi-droites de même origine séparent un plan en deux parties, l'angle géométrique qu'elle définissent délimite « la plus petite des deux parties ». $\widehat{xOy}$ et $\widehat{yOx}$ sont deux noms pour un même angle géométrique (*mais pas pour un angle orienté*).

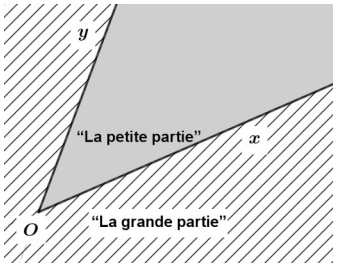

θ se lit thêta

Quand on parlera de la **mesure d'un angle géométrique**, il faudra comprendre : **le réel compris entre 0 et π inclus** qui, exprimé en radian, peut correspondre à une mesure de l'angle donné.

Si $\theta \in [0\ ,\ \pi]$ est une mesure l'angle $\widehat{xOy}$ alors $-\theta\ ,\ \theta+2\pi, \ldots$ peuvent l'être aussi. On choisira θ .

Définition n°1. ***Angle entre deux vecteurs***

Soit deux vecteurs $\vec{u}$ et $\vec{v}$ non nuls et trois points A, B et C tels que $\overrightarrow{AB} = \vec{u}$ et $\overrightarrow{AC} = \vec{v}$

On appelle angle formé par les vecteurs $\vec{u}$ et $\vec{v}$ et on note $(\widehat{\vec{u},\vec{v}})$ l'angle géométrique $\widehat{BAC}$.

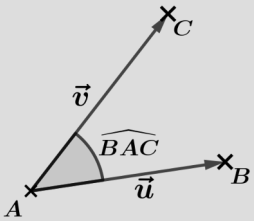

Remarque n°3.

On fera comme tout le monde et on notera abusivement $\widehat{BAC}$ la mesure de l'angle géométrique $\widehat{BAC}$.

Remarque n°4.

Donnons nous un réel non nul λ , et notons α la mesure de l'angle $(\widehat{\vec{u},\vec{v}})$.

λ se lit lambda

α se lit alpha

▪ Si $\lambda > 0$, on admet que $(\widehat{\lambda\,\vec{u},\vec{v}})$ et $(\widehat{\vec{u},\lambda\,\vec{v}})$ définissent le même angle géométrique que $(\widehat{\vec{u},\vec{v}})$ et donc que leur mesure vaut également α .

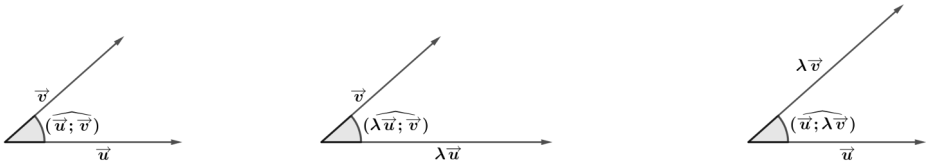

▪ Si $\lambda < 0$, on admet que $(\widehat{\lambda\,\vec{u},\vec{v}})$ et $(\widehat{\vec{u},\lambda\,\vec{v}})$ ont une mesure égale à $\pi-\alpha$ donc $\cos(\pi-\alpha) = -\cos(\alpha)$ ce qui servira dans la propriété n°3

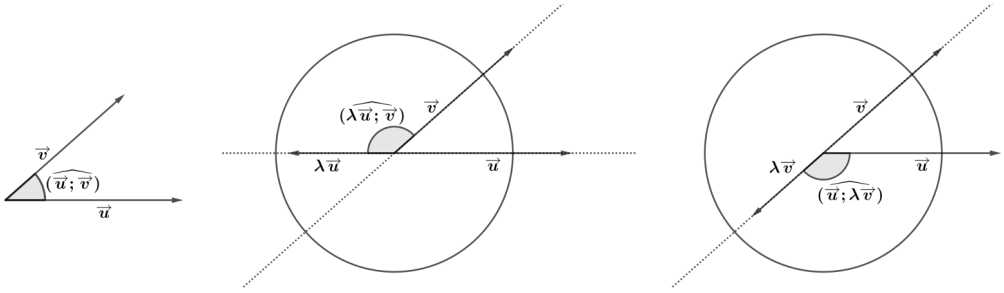

CC-NC-SA

Définition n°2. ***Norme d'un vecteur***

Soit un vecteur $\vec{u}$ et deux points A et B tels que $\overrightarrow{AB} = \vec{u}$
On appelle norme du vecteur $\vec{u}$ et on note $\|\vec{u}\|$ le réel positif défini par :

$$\boxed{\|\vec{u}\| = \|\overrightarrow{AB}\| = \underbrace{AB}_{\text{la longueur } AB}}$$

Définition n°3. ***Une définition du produit scalaire avec le cosinus***

Définition avec le cosinus

Soit deux vecteurs $\vec{u}$ et $\vec{v}$ non nuls.
On appelle **produit scalaire de $\vec{u}$ et $\vec{v}$** et on note $\vec{u}\cdot\vec{v}$ le nombre réel défini par :

$$\boxed{\vec{u}\cdot\vec{v} = \|\vec{u}\|\times\|\vec{v}\|\times\cos\left(\widehat{\vec{u},\vec{v}}\right)}$$

Remarque n°5. ***Et si l'un au moins des vecteurs est le vecteur nul ?***

On ne peut pas définir un angle entre un vecteur et le vecteur nul, mais comme $\|\vec{0}\| = 0$, on convient qu'alors le produit scalaire vaut zéro.

Exemple n°1.

$$\begin{aligned}\vec{u}\cdot\vec{v} &= \|\vec{u}\|\times\|\vec{v}\|\times\cos\left(\widehat{\vec{u},\vec{v}}\right)\\ &= \|\overrightarrow{AB}\|\times\|\overrightarrow{AC}\|\times\cos\left(\widehat{BAC}\right)\\ &= AB\times AC\times\cos\left(\widehat{BAC}\right)\end{aligned}$$

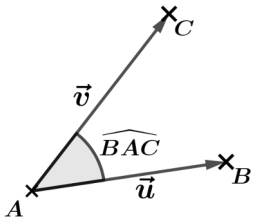

Propriété n°1. ***Carré scalaire***

Soit $\vec{u}$ un vecteur.

$$\boxed{(\vec{u})^2 = \vec{u}\cdot\vec{u} = \|\vec{u}\|^2}$$

preuve :

Évidente en se souvenant que $\cos(0) = 1$ …

Propriété n°2. ***Le produit scalaire est symétrique***

Soit deux vecteurs $\vec{u}$ et $\vec{v}$ alors

$$\boxed{\vec{u}\cdot\vec{v} = \vec{v}\cdot\vec{u}}$$

preuve :

- $\left(\widehat{\vec{u},\vec{v}}\right)$ et $\left(\widehat{\vec{v},\vec{u}}\right)$ sont un seul et même angle géométrique donc leur cosinus respectifs sont égaux.

- De plus, comme $\|\vec{u}\|$ et $\|\vec{v}\|$ sont des nombres réels : $\|\vec{u}\|\times\|\vec{v}\| = \|\vec{v}\|\times\|\vec{u}\|$.

- Donc : $\vec{u}\cdot\vec{v} = \|\vec{u}\|\times\|\vec{v}\|\times\cos\left(\widehat{\vec{u},\vec{v}}\right) = \|\vec{v}\|\times\|\vec{u}\|\times\cos\left(\widehat{\vec{v},\vec{u}}\right) = \vec{v}\cdot\vec{u}$

PRODUIT SCALAIRE E01

EXERCICE N°1 S'approprier la définition

Calculer $\vec{u}\cdot\vec{v}$ dans chaque cas.

1) $\|\vec{u}\| = 2$; $\|\vec{v}\| = 5$ et $\widehat{(\vec{u}\ ;\ \vec{v})} = \frac{\pi}{6} rad$

2) $\|\vec{u}\| = 4$; $\|\vec{v}\| = 5\sqrt{2}$ et $\widehat{(\vec{u}\ ;\ \vec{v})} = 45°$

EXERCICE N°2 Avec une figure et une calculatrice

À l'aide du quadrilatère ci-contre. Calculer les produits scalaires suivants (On arrondira à 10^{-2}) :

1) $\overrightarrow{AB}\cdot\overrightarrow{AD}$

2) $\overrightarrow{BA}\cdot\overrightarrow{BC}$

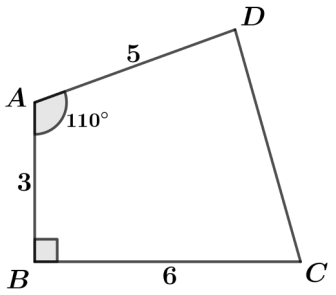

EXERCICE N°3 Utiliser la définition

1) On donne $\vec{u}$ et $\vec{v}$ tels que : $\|\vec{u}\| = 7$, $\|\vec{v}\| = 6$ et $\vec{u}\cdot\vec{v} = 21\sqrt{3}$. Déterminer $\widehat{(\vec{u}\ ;\ \vec{v})}$. (*On donnera la mesure en radians ET en degrés*)

2) On donne $\vec{u}$ et $\vec{v}$ tels que : $\|\vec{u}\| = 3\sqrt{2}$, $\widehat{(\vec{u}\ ;\ \vec{v})} = \frac{\pi}{4} rad$ et $\vec{u}\cdot\vec{v} = 1$. Déterminer $\|\vec{v}\|$.

Propriété n°3. ***Compatibilité avec la multiplication par un réel (vecteur de gauche).***

Soit deux vecteurs $\vec{u}$ et $\vec{v}$ et λ un nombre réel, alors

$$(\lambda\,\vec{u})\cdot\vec{v} = \lambda\times(\vec{u}\cdot\vec{v})$$

preuve :

▪ Si l'un au moins des deux vecteurs est nul alors l'égalité est évidente.

▪ Supposons, à présent $\vec{u}$ et $\vec{v}$ non nuls et notons α « la » mesure de $\widehat{(\vec{u},\vec{v})}$.

▫ Si $\lambda = 0$ alors $\lambda\,\vec{u} = \vec{0}$ et donc $(\lambda\,\vec{u})\cdot\vec{v} = 0$. De plus, comme $\vec{u}\cdot\vec{v}$ est un nombre réel, $0\times\vec{u}\cdot\vec{v} = 0$. On a bien $(0\,\vec{u})\cdot\vec{v} = 0\times(\vec{u}\cdot\vec{v})$

▫ Si $\lambda > 0$ alors $\|\lambda\,\vec{u}\| = |\lambda|\times\|\vec{u}\| = \lambda\times\|\vec{u}\|$. De plus, $\widehat{(\lambda\,\vec{u},\vec{v})}$ a pour mesure α (voir la remarque n°4). Donc :

$$(\lambda\,\vec{u})\cdot\vec{v} = \|\lambda\,\vec{u}\|\times\|\vec{v}\|\times\cos\left(\underbrace{\widehat{\lambda\,\vec{u},\vec{v}}}_{\alpha}\right) = \lambda\left(\|\vec{u}\|\times\|\vec{v}\|\times\cos\left(\underbrace{\widehat{\vec{u},\vec{v}}}_{\alpha}\right)\right) = \lambda\,(\vec{u}\cdot\vec{v})$$

▫ Si $\lambda < 0$ alors $\|\lambda\,\vec{u}\| = |\lambda|\times\|\vec{u}\| = -\lambda\times\|\vec{u}\|$. De plus, $\widehat{(\lambda\,\vec{u},\vec{v})}$ a pour mesure $\pi-\alpha$ (voir la remarque n°4). Donc :

$$(\lambda\,\vec{u})\cdot\vec{v} = \|\lambda\,\vec{u}\|\times\|\vec{v}\|\times\cos\left(\underbrace{\widehat{\lambda\,\vec{u},\vec{v}}}_{\pi-\alpha}\right) = -\lambda\,\|\vec{u}\|\times\|\vec{v}\|\times\left(-\cos\left(\underbrace{\widehat{\vec{u},\vec{v}}}_{\alpha}\right)\right) = \lambda\,(\vec{u}\cdot\vec{v})$$

▪ Dans tous les cas, on a bien $(\lambda\,\vec{u})\cdot\vec{v} = \lambda\times(\vec{u}\cdot\vec{v})$ *cqfd*

Propriété n°4. ***à droite ça marche aussi***

Soit deux vecteurs $\vec{u}$ et $\vec{v}$ et λ un nombre réel, alors

$$\vec{u}\cdot(\lambda\,\vec{v}) = \lambda\times(\vec{u}\cdot\vec{v})$$

preuve :

Par symétrie du produit scalaire (propriété n°2) et la propriété n°3 , le résultat demeure vrai. *cqfd*

Remarque n°6.

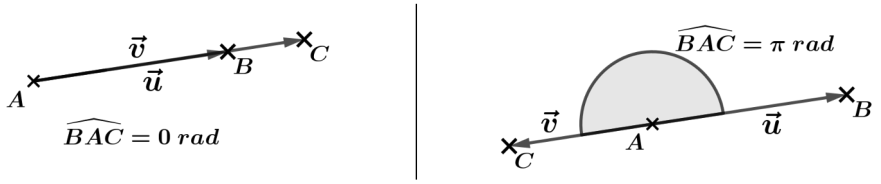

Si $\widehat{BAC} = 0$ rad ou $\widehat{BAC} = \pi$ rad alors les points A, B et C sont alignés (éventuellement B et C peuvent même être confondus si $AB = AC$).

Dans ce cas, les vecteurs $\vec{u}$ et $\vec{v}$ ont la même direction : ils sont colinéaires.

Comme $\cos(0) = 1$ et $\cos(\pi) = -1$, on obtient :

Propriété n°5. ***Produit scalaire et colinéarité***

Soit deux vecteurs $\vec{u}$ et $\vec{v}$ non nuls.

- $\vec{u}$ et $\vec{v}$ sont **colinéaires** et de **même sens** si et seulement si
$$\vec{u}\cdot\vec{v} = \|\vec{u}\|\times\|\vec{v}\|$$
- $\vec{u}$ et $\vec{v}$ sont **colinéaires** et de **sens contraires** si et seulement si
$$\vec{u}\cdot\vec{v} = -\|\vec{u}\|\times\|\vec{v}\|$$

Définition n°4. ***Vecteurs orthogonaux***

Soit deux vecteurs $\vec{u}$ et $\vec{v}$ non nuls et trois points A, B et C tels que $\vec{u} = \overrightarrow{AB}$ et $\vec{v} = \overrightarrow{AC}$.

Si les droites (AB) **et** (AC) sont **perpendiculaires** alors on dit que les **vecteurs** $\vec{u}$ **et** $\vec{v}$ **sont orthogonaux et on note** $\vec{u} \perp \vec{v}$ **.**

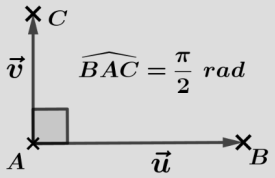

Remarque n°7.

Dans ce cas, et seulement dans ce cas $\cos(\widehat{BAC}) = \cos\left(\frac{\pi}{2}\right) = 0$.

Par conséquent :

Propriété n°6. ***Produit scalaire et vecteurs orthogonaux***

Soit deux vecteurs $\vec{u}$ et $\vec{v}$ non nuls.

$\vec{u}$ **et** $\vec{v}$ sont **orthogonaux** si et seulement si $\vec{u}\cdot\vec{v} = 0$

Remarque n°8. ***Et si l'un au moins des vecteurs est le vecteur nul ?***

On ne peut pas définir un angle entre un vecteur et le vecteur nul, mais comme $\|\vec{0}\| = 0$, on convient qu'alors le produit scalaire vaut zéro.

Remarque n°9.

On a convenu (Remarque n°5) que le produit scalaire d'un vecteur quelconque avec le vecteur nul vaut 0. Par extension des définitions de colinéarité et d'orthogonalité au cas du vecteur nul (extension qui est une *convention*, et non une conséquence géométrique) on dira que :

Le vecteur nul est à la fois colinéaire et orthogonal à tout vecteur.

Cela peut sembler paradoxal (deux vecteurs orthogonaux ont d'habitude des directions perpendiculaires, notion qui n'a pas de sens pour le vecteur nul), mais cette convention est la seule qui rende cohérentes toutes les propriétés algébriques du produit scalaire.

D'autres façons de définir le produit scalaire

Remarque n°10.

Il peut parfois être utile, de voir les mêmes choses sous des angles différents. Ici par exemple, il est possible de définir autrement le produit scalaire.

Par contre, deux définitions différentes d'un même objet doivent être équivalentes. De plus, en mathématiques, quand on a choisi une définition, les autres deviennent des propriétés qu'il faut alors démontrer à partir de la définition choisie. Nous admettrons ces démonstrations à notre niveau.

Définition n°5. ***Projeté orthogonal d'un point sur une droite***

Le projeté orthogonal d'un point M sur une droite (d) est le point d'intersection H de la droite (d) et de la perpendiculaire à (d) passant par M .

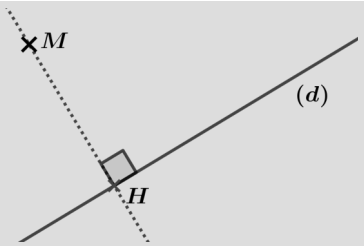

Propriété n°7. ***Définition du produit scalaire avec la projection orthogonale (admise)***

Définition avec le projeté orthogonal

Soit deux vecteurs $\vec{u}$ et $\vec{v}$ non nuls ainsi que les points A, B, C et D tels que $\overrightarrow{AB} = \vec{u}$ et $\overrightarrow{CD} = \vec{v}$. On note C' et D' les projetés orthogonaux respectifs de C et D sur la droite (AB) . On a alors :

$$\vec{u}\cdot\vec{v} = \overrightarrow{AB}\cdot\overrightarrow{CD} = \begin{cases} AB\times C'D' & \text{si } \overrightarrow{AB} \text{ et } \overrightarrow{C'D'} \text{ ont le même sens} \\ -AB\times C'D' & \text{sinon} \end{cases}$$

(Si au moins l'un des deux vecteurs est nul alors $\vec{u}\cdot\vec{v} = 0$)

Le cas général

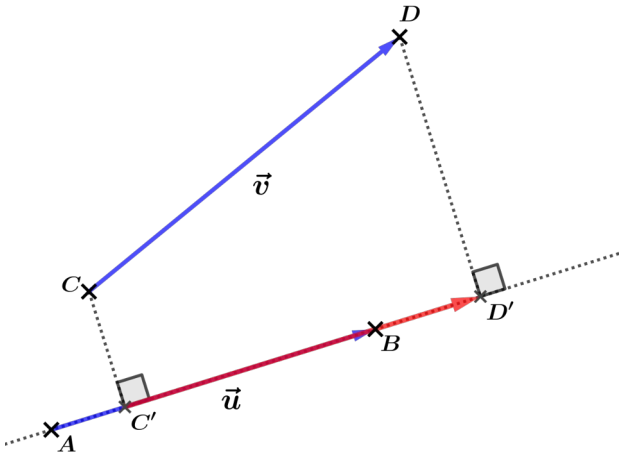

Deux cas particuliers, pour comprendre : C et A confondus.

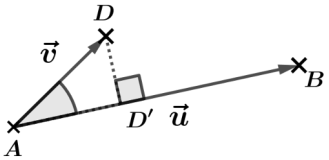

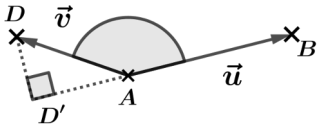

Remarque n°11. ***Une idée de la preuve***

Le cas général, peut toujours être ramené à l'un des deux cas particuliers en choisissant correctement le représentant du vecteur $\vec{v}$. On voit ainsi le lien avec la définition utilisant le cosinus…On remarquera aussi que dans le triangle ADD' rectangle en D' , on a $\cos(\widehat{DAD'}) = \dfrac{AD'}{AD}$ et on verra encore mieux le lien avec la première définition…

Propriété n°8. ***Compatibilité avec la somme de deux vecteurs (admise)***

Soit $\vec{u}$, $\vec{v}$ et $\vec{w}$ trois vecteurs non nuls.

$\vec{u}\cdot(\vec{v}+\vec{w}) = \vec{u}\cdot\vec{v} + \vec{u}\cdot\vec{w}$

Remarque n°12. ***Une idée de la preuve***

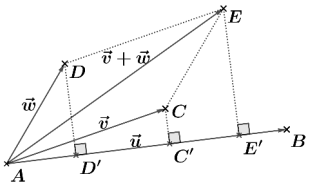

- $\overrightarrow{AC} = \overrightarrow{DE}$ donc $AC' = DE'$ d'où $AE' = AD'+AC'$
- $\vec{u}\cdot(\vec{v}+\vec{w}) = AB\times AE' = AB\times(AD'+AC') = AB\times AD'+AB\times AC'$
  $= \vec{u}\cdot\vec{v} + \vec{u}\cdot\vec{w}$

Propriété n°9. ***Le produit scalaire est symétrique et bilinéaire***

(admise)

Soit $\vec{u}$, $\vec{v}$ et $\vec{w}$ trois vecteurs ainsi que λ et μ deux nombres réels.

- symétrie

$$\boxed{\vec{u}\cdot\vec{v} = \vec{v}\cdot\vec{u}}$$

- bilinéarité

$$\boxed{\vec{u}\cdot(\lambda\,\vec{v}) = \lambda\times(\vec{u}\cdot\vec{v})} \qquad \boxed{(\lambda\,\vec{u})\cdot\vec{v} = \lambda\times(\vec{u}\cdot\vec{v})}$$

$$\boxed{\vec{u}\cdot(\vec{v}+\vec{w}) = \vec{u}\cdot\vec{v} + \vec{u}\cdot\vec{w}} \qquad \boxed{(\vec{u}+\vec{v})\cdot\vec{w} = \vec{u}\cdot\vec{w} + \vec{u}\cdot\vec{v}}$$

Remarque n°13. ***Une idée de la preuve***

Les propriétés n°2 , 3 , 4 et 8 (qui ne sont pas « mises en valeur » par un fond gris) servent à établir cette propriété n°9 qui, elle, est par contre à retenir absolument !

CALCUL VECTORIEL : LE PRODUIT SCALAIRE E01

EXERCICE N°4 Utiliser la linéarité du produit scalaire

On donne $\|\vec{u}\| = 2$; $\|\vec{v}\| = 5$ et $\widehat{(\vec{u}\ ;\ \vec{v})} = \frac{\pi}{6} rad$.

1) Calculer les produits scalaires suivants :

1.a)	$\vec{u}\cdot\vec{v}$	**1.b)**	$(3\vec{u})\cdot\vec{v}$	**1.c)**	$\vec{u}\cdot(3\vec{v})$
1.d)	$(3\vec{u})\cdot(3\vec{v})$	**1.e)**	$(-7\vec{u})\cdot\vec{v}$	**1.f)**	$\vec{u}\cdot(-7\vec{v})$
1.g)	$(-7\vec{u})\cdot(-7\vec{v})$	**1.h)**	$(3\vec{u})\cdot(-7\vec{v})$	**1.i)**	$(3\vec{u})\cdot(\vec{u}-7\vec{v})$
1.j)	$(\vec{u}-7\vec{v})^2$	**1.k)**	$(\vec{u}+7\vec{v})^2$	**1.l)**	$(\vec{u}-7\vec{v})\cdot(\vec{u}+7\vec{v})$

2) On remplace $\widehat{(\vec{u}\ ;\ \vec{v})} = \frac{\pi}{6} rad$ par $\widehat{(\vec{u}\ ;\ \vec{v})} = \frac{\pi}{2} rad$. Reprendre tous les calculs de la questions précédente.

EXERCICE N°5 Réinvestir d'anciennes connaissances

On donne A , B et C trois points distincts du plan.

1) On sait que $\|\overrightarrow{AB}\| = 5{,}5$, $\|\overrightarrow{BC}\| = 4$ et $\overrightarrow{CA}\cdot\overrightarrow{CB} = 0$. Quelle est la nature du triangle ABC ?

2) On sait que $\|\overrightarrow{AB}\| = 1$, $\|\overrightarrow{AC}\| = 1$ et $\overrightarrow{AB}\cdot\overrightarrow{AC} = \frac{1}{2}$. Quelle est la nature du triangle ABC ?

3) On sait que $\|\overrightarrow{AB}\| = 3$, $\|\overrightarrow{AC}\| = 3$ et $\overrightarrow{AB}\cdot\overrightarrow{AC} = \frac{9}{2}$. Quelle est la nature du triangle ABC ?

CALCUL VECTORIEL : LE PRODUIT SCALAIRE E02

EXERCICE N°1 Utiliser la projection orthogonale

$ABCD$ est un trapèze rectangle en A et D tel que $AB = 5$, $AD = 4$ et $CD = 8$, calculer les produits scalaires suivants :

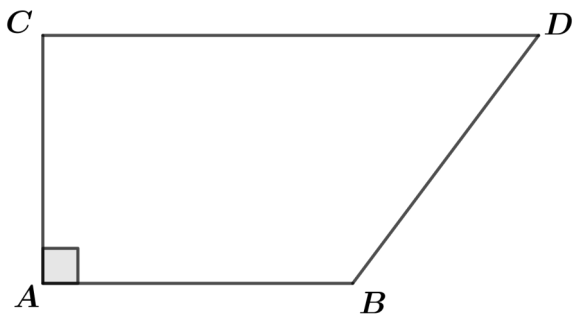

1) $\overrightarrow{AB}\cdot\overrightarrow{BC}$

2) $\overrightarrow{DC}\cdot\overrightarrow{BC}$

3) $\overrightarrow{BC}\cdot\overrightarrow{DA}$

EXERCICE N°2 Utiliser la projection orthogonale et ses connaissances

$ABCD$ est un losange de centre O et de côté 5.
On donne : $AC = 8$ cm et $BD = 6$ cm.
Calculer les produits scalaires suivants :

1) $\overrightarrow{CA}\cdot\overrightarrow{AB}$

2) $\overrightarrow{AC}\cdot\overrightarrow{BD}$

3) $\overrightarrow{DA}\cdot\overrightarrow{CB}$

4) $\overrightarrow{AC}\cdot\overrightarrow{DC}$

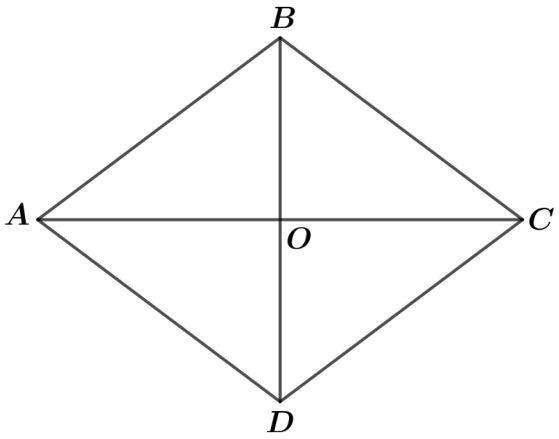

Propriété n°10. Définition du produit scalaire par les normes

Définition avec les normes

Soit deux vecteurs $\vec{u}$ et $\vec{v}$.

$$\boxed{\vec{u}\cdot\vec{v} = \frac{1}{2}\left(\|\vec{u}+\vec{v}\|^2-\|\vec{u}\|^2-\|\vec{v}\|^2\right)}$$

preuve :

$$\begin{aligned}\|\vec{u}+\vec{v}\|^2 &= (\vec{u}+\vec{v})\cdot(\vec{u}+\vec{v})\\ &= \vec{u}\cdot\vec{u} + \vec{v}\cdot\vec{v} + 2\vec{u}\cdot\vec{v}\\ &= \|\vec{u}\|^2 + \|\vec{v}\|^2 + 2\vec{u}\cdot\vec{v}\end{aligned}$$

En isolant $\vec{u}\cdot\vec{v}$ dans la dernière égalité, on obtient le résultat. *cqfd*

Propriété n°11. Une interprétation géométrique dans un parallélogramme

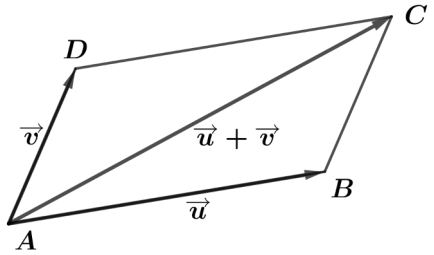

Si $ABCD$ est un parallélogramme, alors

$$\boxed{\overrightarrow{AB}\cdot\overrightarrow{AD} = \frac{1}{2}\left(AC^2-AB^2-AD^2\right)}$$

Propriété n°12. La jumelle de la propriété n°10

Soit deux vecteurs $\vec{u}$ et $\vec{v}$.

$$\boxed{\vec{u}\cdot\vec{v} = \frac{1}{2}\left(\|\vec{u}\|^2+\|\vec{v}\|^2-\|\vec{u}-\vec{v}\|^2\right)}$$

preuve :

$$\begin{aligned}\|\vec{u}-\vec{v}\|^2 &= (\vec{u}-\vec{v})\cdot(\vec{u}-\vec{v})\\ &= \vec{u}\cdot\vec{u} + \vec{v}\cdot\vec{v} - 2\vec{u}\cdot\vec{v}\\ &= \|\vec{u}\|^2 + \|\vec{v}\|^2 - 2\vec{u}\cdot\vec{v}\end{aligned}$$

En isolant $\vec{u}\cdot\vec{v}$ dans la dernière égalité, on obtient le résultat. *cqfd*

Propriété n°13. Calculer un produit scalaire avec les longueurs des côtés d'un triangle

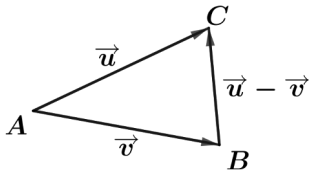

Dans un triangle ABC ,

$$\boxed{\overrightarrow{AB}\cdot\overrightarrow{AC} = \frac{1}{2}\left(AB^2+AC^2-BC^2\right)}$$

preuve :

Soit D le point du plan tel que $ABDC$ est un parallélogramme.
Posons $\vec{u} = \overrightarrow{AC}$ et $\vec{v} = \overrightarrow{AB}$, on alors :

$$\vec{u}-\vec{v} = \overrightarrow{AC}-\overrightarrow{AB} = \overrightarrow{BD}+\overrightarrow{BA} = \overrightarrow{BC}$$

La propriété n°12 nous donne alors le résultat.

CALCUL VECTORIEL : LE PRODUIT SCALAIRE E02

EXERCICE N°3 Produit scalaire et parallélogramme (calculatrice autorisée)

$ABCD$ est un parallélogramme avec $AB = 6$, $AD = 4$ et $AC = 9$

1) Calculer $\overrightarrow{AB}\cdot\overrightarrow{AD}$.
2) En déduire la mesure de l'angle $\widehat{BAD}$ en radians arrondi à 10^{-2} puis en degrés arrondi à 10^{-2} .

EXERCICE N°4 Produit scalaire et triangle (calculatrice autorisée)

ABC est un triangle avec $AB = 3$ $AC = 5$ et $BC = 6$.

1) Calculer $\overrightarrow{AB}\cdot\overrightarrow{AC}$.
2) En déduire la mesure de l'angle $\widehat{BAC}$ en radians arrondi à 10^{-2} puis en degrés arrondi à 10^{-2} .

Remarque n°14.

C'est très bien tout ça, mais quand on parle de vecteurs, on utilise souvent des coordonnées (revoir le paragraphe III du cours de seconde) pour transformer nos questions géométriques en questions algébriques. Peut-on donc « traduire le produit scalaire en terme de coordonnées » ?

Définition du produit scalaire par les normes

Propriété n°14. ***Définition du produit scalaire avec les coordonnées (admise)***

Définition avec les coordonnées

Soit deux vecteurs $\vec{u}$ et $\vec{v}$. Si leurs coordonnées **dans un repère orthonormé** sont $\vec{u}\begin{pmatrix} x \\ y \end{pmatrix}$ et $\vec{v}\begin{pmatrix} x' \\ y' \end{pmatrix}$ alors

$$\boxed{\vec{u}\cdot\vec{v} = xx' + yy'}$$

Remarque n°15.

Notons $(\vec{e_1}\ ,\ \vec{e_2})$ une base de vecteurs pour notre repère orthonormé.

▪ On a alors : $\vec{e_1}\perp\vec{e_2}$ (ortho) et $\|\vec{e_1}\| = \|\vec{e_2}\| = 1$ (normé) .

▪ On sait alors que $\vec{u} = x\vec{e_1} + y\vec{e_2}$, $\vec{v} = x'\vec{e_1} + y'\vec{e_2}$,

Ainsi :

$$\begin{aligned}\vec{u}\cdot\vec{v} &= (x\vec{e_1}+y\vec{e_2})\cdot(x'\vec{e_1}+y'\vec{e_2}) \\ &= xx'(\vec{e_1}\cdot\vec{e_1}) + xy'(\vec{e_1}\cdot\vec{e_2}) + yx'(\vec{e_2}\cdot\vec{e_1}) + yy'(\vec{e_2}\cdot\vec{e_2}) \\ &= xx'\times 1 + xy'\times 0 + yx'\times 0 + yy'\times 1 \\ &= xx'+yy'\end{aligned}$$

cqfd

CALCUL VECTORIEL : LE PRODUIT SCALAIRE E03

EXERCICE N°1 En utilisant des coordonnées

Dans un repère orthonormé, on donne les vecteurs $\vec{u}\begin{pmatrix} -2 \\ 3 \end{pmatrix}$ et $\vec{v}\begin{pmatrix} -1 \\ -5 \end{pmatrix}$.

Calculer les produits scalaires suivants :

1) $\vec{u}\cdot\vec{v}$ **2)** $(4\vec{u})\cdot\vec{v}$ **3)** $(\vec{u}-\vec{v})\cdot(\vec{u}+\vec{v})$

EXERCICE N°2 En utilisant des coordonnées

Dans un repère orthonormé, on donne les points $A(-2\ ;\ 3)$, $B(-1\ ;\ -2)$, $C(0\ ;\ 4)$ et $D(2\ ;\ 5)$.

Calculer les produits scalaires suivants :

1) $\overrightarrow{AB}\cdot\overrightarrow{BC}$ **2)** $\overrightarrow{CB}\cdot\overrightarrow{BD}$ **3)** $\overrightarrow{AB}\cdot\overrightarrow{CD}$ **4)** $\overrightarrow{BA}\cdot\overrightarrow{AD}$

EXERCICE N°3 Démontrer avec des coordonnées

Dans un repère orthonormé, on donne les points $A(-3\ ;\ -2)$, $B(1\ ;\ 3)$, $C(0\ ;\ 4)$ et le vecteur $\vec{u}\begin{pmatrix} -5 \\ 4 \end{pmatrix}$.

Montrer que $\overrightarrow{AB}$ et $\vec{u}$ sont orthogonaux.

EXERCICE N°4 Démontrer avec des coordonnées

Dans un repère orthonormé du plan, on donne les points $P(-3\ ;\ 2)$, $Q(2\ ;\ 0)$, $R(-3\ ;\ 2)$ et $S(-1\ ;\ 7)$.

Montrer que les droites (PQ) et (RS) sont perpendiculaires.

EXERCICE N°5 Démontrer avec des coordonnées

On se place dans un repère orthonormé.
Donner un vecteur directeur pour chacune des droites (d_1) et (d_2) suivantes et en déduire qu'elles sont perpendiculaires.

Voir l'exemple n°1

1) Pour les droites (d_1) et (d_2) d'équations cartésiennes respectives : $2x-3y+4 = 0$ et $3x+2y-1 = 0$

2) Pour la droite (d_1) d'équation réduite $y = -3x+1$ et la droite (d_2) dont une équation cartésiennes est $-x+3y-1 = 0$

EXERCICE N°6 Avec ou sans coordonnées

On considère deux carrés $ABCD$ et $BEFG$ disposés comme sur la figure ci-contre tel que $AB = 1$ et $BE = a$.

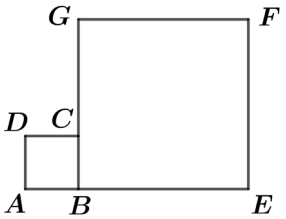

1) Avec coordonnées

1.a) Dans le repère $(A\ ;\ B\ ;\ D)$, donner les coordonnées de tous les points de la figure.

1.b) Démontrer que les droites (AG) et (CE) sont perpendiculaires.

2) Sans coordonnées

2.a) Développer le produit scalaire $(\overrightarrow{AB}+\overrightarrow{BG})\cdot(\overrightarrow{CB}+\overrightarrow{BE})$

2.b) En déduire que $\overrightarrow{AG}\cdot\overrightarrow{CE} = 0$ puis que les droites (AG) et (CE) sont perpendiculaires.

II Quelques applications du produit scalaire

II.1 Un ensemble de points défini par un produit scalaire

Propriété n°15.

Soit A et B deux points du plan, I le milieu de $[AB]$.
Pour tout point M du plan, on a

$$\boxed{\overrightarrow{MA}\cdot\overrightarrow{MB} = MI^2-\frac{1}{4}AB^2}$$

preuve :

(L'idée la suivante : $\overrightarrow{MA}$ et $\overrightarrow{MB}$ sont « deux choses qui varient », c'est trop ! On cherche à se ramener « à une seule chose qui varie » d'où l'idée de passer par le point I qui « fera le lien »)

$$\begin{aligned}
\overrightarrow{MA}\cdot\overrightarrow{MB} &= (\overrightarrow{MI}+\overrightarrow{IA})\cdot(\overrightarrow{MI}+\overrightarrow{IB}) && \text{(relation de Chasles)}\\
&= (\overrightarrow{MI}+\overrightarrow{IA})\cdot(\overrightarrow{MI}-\overrightarrow{IA}) && \text{(car I est le milieu de } [AB]\text{)}\\
&= \overrightarrow{MI}\cdot\overrightarrow{MI} - \overrightarrow{MI}\cdot\overrightarrow{IA} + \overrightarrow{MI}\cdot\overrightarrow{IA} - \overrightarrow{IA}\cdot\overrightarrow{IA} && \text{(bilinéarité)}\\
&= (\overrightarrow{MI})^2 - (\overrightarrow{IA})^2\\
&= MI^2-IA^2 && (\text{ or } IA = \frac{1}{2}AB)\\
&= MI^2-\frac{1}{4}AB^2 && \textit{cqfd}
\end{aligned}$$

Méthode n°1. Lieu géométrique défini par un produit scalaire

Énoncé

Dans le plan, on donne les points E et F tels que le segment $[EF]$ mesure 8 cm.
Déterminer l'ensemble des points M du plan qui vérifient $\overrightarrow{ME}\cdot\overrightarrow{MF} = 5$.

Réponse

▪ Notons I le milieu de $[EF]$.

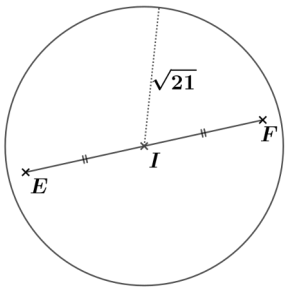

▪ On sait que :
$\overrightarrow{ME}\cdot\overrightarrow{MF} = MI^2-\frac{1}{4}EF^2$

▪ En remplaçant :
$5 = MI^2-\frac{1}{4}\times 8^2$

▪ En isolant MI^2 :
$MI^2 = 5+\frac{1}{4}\times 8^2 = 21$

▪ Comme MI est une longueur, on en déduit que $MI = \sqrt{21}$.

▪ L'ensemble cherché est donc :

$$\boxed{\text{le cercle de centre, le milieu de } [EF]\text{, et de rayon } \sqrt{21} \text{ cm}}$$

Propriété n°16. Théorème de l'angle inscrit dans un demi-cercle et réciproque

Soit A et B deux points du plan, l'ensemble des points M du plan tels que que $\overrightarrow{MA}\cdot\overrightarrow{MB} = 0$ est le cercle de diamètre $[AB]$.

preuve :

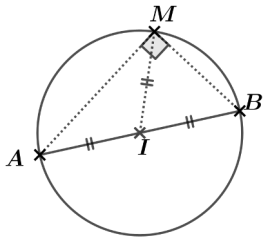

Le cercle circonscrit à un triangle est le cercle passant par les trois sommets de ce triangle

▪ On pose I le milieu de $[AB]$ ainsi $\overrightarrow{MA}\cdot\overrightarrow{MB} = MI^2 - \frac{1}{4}AB^2$.

▪ Si $\overrightarrow{MA}\cdot\overrightarrow{MB} = 0$

En remplaçant : $0 = MI^2 - \frac{1}{4}AB^2 \Leftrightarrow MI^2 = \left(\frac{AB}{2}\right)^2$

et comme MI est une longueur : $MI = \frac{AB}{2}$ donc M est sur le cercle.

▪ Réciproquement si M est sur le cercle alors $MI = \frac{AB}{2}$ d'où $MI^2 = \left(\frac{AB}{2}\right)^2$ et donc $\overrightarrow{MA}\cdot\overrightarrow{MB} = 0$ *cqfd*

Remarque n°16. Et avec des coordonnées ?

Et si on regardait cela dans un repère orthonormé ?

Propriété n°17. Équation d'un cercle

Dans un repère orthonormé, on donne un point $I(x_I\ ;\ y_I)$, un point $M(x\ ;\ y)$ et un réel strictement positif r , alors :

M appartient au cercle de centre I et de rayon r
si et seulement si
$(x-x_I)^2+(x-y_I)^2 = r^2$

preuve :

C'est la propriété n°16 exprimée avec des coordonnées…

CALCUL VECTORIEL : LE PRODUIT SCALAIRE E04

EXERCICE N°1 Déterminer un lieu

On considère deux points : D et K tels que $DK = 5$.

Déterminer l'ensemble des points M tels que $\overrightarrow{MD}\cdot\overrightarrow{MK} = \frac{11}{4}$.

EXERCICE N°2 Déterminer un lieu

On considère deux points : C et V tels que $CV = 8$.

Déterminer l'ensemble des points M tels que $\overrightarrow{CM}\cdot\overrightarrow{VM} = -4$.

EXERCICE N°3 Déterminer un lieu

On considère un triangle ABC et H est le milieu du segment $[BC]$.

Déterminer l'ensemble des points M du plan vérifiant $\overrightarrow{MA}\cdot\left(\overrightarrow{MB}+\overrightarrow{MC}\right) = 0$.

EXERCICE N°4 Équations de droites et perpendicularité

On se place dans un repère **orthonormé**.
a, b, c, a', b', c', m et m' sont des nombres réels tels que $b \neq 0$ et $b' \neq 0$.

1) Avec des équations cartésiennes

On donne deux droites d et d' ainsi qu'une de leurs équations cartésiennes respectives :
$ax+by+c = 0$ et $a'x+b'y+c' = 0$.

1.a) Donner un vecteur directeur pour chacune de ces deux droites.
1.b) À quelle condition sur a, b, a' et b' ces deux vecteurs sont-ils orthogonaux ?
1.c) En déduire une condition nécessaire et suffisante pour d et d' soient perpendiculaires.

2) Avec des équations réduites

On donne deux droites d et d' ainsi que leurs équations réduites respectives $y = mx+p$ et $y = m'x+p'$.

2.a) Donner un vecteur directeur ayant pour abscisse 1, pour chacune de ces deux droites en fonction de m et de m'
2.b) À quelle condition sur m et m' ces deux vecteurs sont-ils orthogonaux ?
2.c) En déduire une condition nécessaire et suffisante pour d et d' soient perpendiculaires.

3) Lien entre les deux relations

3.a) Si on transforme une équation cartésienne $ax+by+c = 0$ en une équation réduite $y = mx+p$, combien vaut le coefficient directeur m en fonction de a et de b ?
3.b) En reprenant les notations des précédentes questions, montrer l'équivalence suivante :

$$\boxed{aa'+bb' = 0 \Leftrightarrow mm' = -1}$$

EXERCICE N°5 Un peu de Physique

Le travail d'une force se calcule de la façon suivante : $W = \vec{F} \cdot \overrightarrow{AB}$
où $\vec{F}$ est une force constante qui s'exerce en un point se déplaçant de A à B suivant une trajectoire rectiligne.

On sait que l'intensité de la force est de 700 N et que $AB = 60$ m .

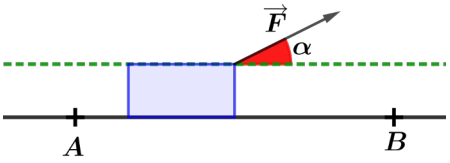

Déterminer le travail de cette force selon que l'angle α vaut :

1) $0°$ **2)** $60°$ **3)** $\frac{\pi}{6}$ rad

II.2 Un prolongement du théorème de Pythagore

Propriété n°18. Loi des cosinus (Théorème d'Al-Kashi)

Dans un triangle ABC , on pose :
$a=BC$, $b=AC$ et $c=AB$
ainsi que :
$\alpha = \widehat{BAC}$, $\beta = \widehat{ABC}$ et $\gamma = \widehat{ACB}$
On a alors :

$$\boxed{a^2 = b^2+c^2-2bc\cos\alpha}$$

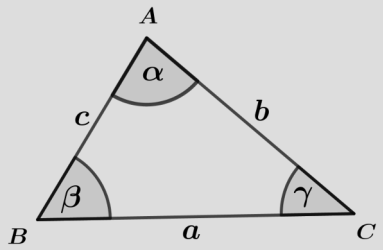

preuve :

$$\begin{aligned}
a^2 &= BC^2 \\
&= \overrightarrow{BC}^2 \\
&= \overrightarrow{BC}\cdot\overrightarrow{BC} \\
&= (\overrightarrow{BA}+\overrightarrow{AC})\cdot(\overrightarrow{BA}+\overrightarrow{AC}) \\
&= \overrightarrow{BA}^2 + \overrightarrow{AC}^2 + 2\,\overrightarrow{BA}\cdot\overrightarrow{AC} \\
&= \overrightarrow{BA}^2 + \overrightarrow{AC}^2 - 2\,\overrightarrow{AB}\cdot\overrightarrow{AC} \\
&= BA^2 + AC^2 - 2\,BA\times AC\times\cos(\widehat{BAC}) \\
&= c^2 + b^2 - 2\,cb\cos\alpha
\end{aligned}$$

cqfd

Remarque n°17.

On a bien sûr les deux autres formules :

$$\boxed{b^2 = a^2+c^2-2ac\cos\beta} \quad \text{et} \quad \boxed{c^2 = a^2+b^2-2ab\cos\gamma}$$

qui se démontrent de la même façon. (Essayez d'en faire une sans le modèle)

Remarque n°18. Un peu d'histoire

Al-Kashi (Mathématicien et Astronome Perse) est né vers 1380 et décédé en 1429. Il énonce ce théorème dans son livre Miftah al-hisab (« Clé de l'arithmétique »).

III Le résumé du cours

Le vocabulaire à connaître

Soit deux vecteurs $\vec{u}$ et $\vec{v}$ non nuls et trois points A, B et C tels que $\overrightarrow{AB} = \vec{u}$ et $\overrightarrow{AC} = \vec{v}$

On appelle angle formé par les vecteurs $\vec{u}$ et $\vec{v}$ et on note $(\widehat{\vec{u},\vec{v}})$ l'angle géométrique $\widehat{BAC}$.

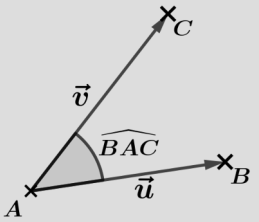

Soit un vecteur $\vec{u}$ et deux points A et B tels que $\overrightarrow{AB} = \vec{u}$
On appelle norme du vecteur $\vec{u}$ et on note $\|\vec{u}\|$ le réel positif défini par :

$$\boxed{\|\vec{u}\| = \|\overrightarrow{AB}\| = \underbrace{AB}_{\text{la longueur } AB}}$$

Le projeté orthogonal d'un point M sur une droite (d) est le point d'intersection H de la droite (d) et de la perpendiculaire à (d) passant par M .

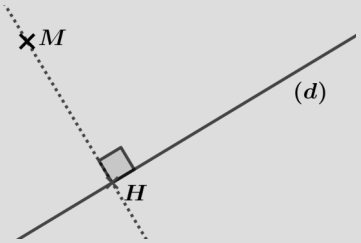

Les différentes définitions du produit scalaire

Définition avec le cosinus

Soit deux vecteurs $\vec{u}$ et $\vec{v}$ non nuls.
On appelle **produit scalaire de $\vec{u}$ et $\vec{v}$** et on note $\vec{u}\cdot\vec{v}$ le nombre réel défini par :

$$\boxed{\vec{u}\cdot\vec{v} = \|\vec{u}\|\times\|\vec{v}\|\times\cos(\widehat{\vec{u},\vec{v}})}$$

(Si au moins l'un des deux vecteurs est nul alors on convient que $\vec{u}\cdot\vec{v} = 0$)

Définition avec le projeté orthogonal

Soit deux vecteurs $\vec{u}$ et $\vec{v}$ non nuls ainsi que les points A, B, C et D tels que $\overrightarrow{AB} = \vec{u}$ et $\overrightarrow{CD} = \vec{v}$. On note C' et D' les projetés orthogonaux respectifs de C et D sur la droite (AB) . On a alors :

$$\boxed{\vec{u}\cdot\vec{v} = \overrightarrow{AB}\cdot\overrightarrow{CD} = \begin{cases} AB\times C'D' & \text{si } \overrightarrow{AB} \text{ et } \overrightarrow{C'D'} \text{ ont le même sens} \\ -AB\times C'D' & \text{sinon} \end{cases}}$$

(Si au moins l'un des deux vecteurs est nul alors on convient que $\vec{u}\cdot\vec{v} = 0$)

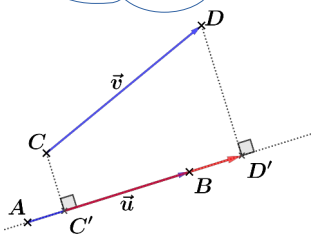

Définition avec les normes

Soit deux vecteurs $\vec{u}$ et $\vec{v}$.

$$\boxed{\vec{u}\cdot\vec{v} = \frac{1}{2}\left(\|\vec{u}+\vec{v}\|^2-\|\vec{u}\|^2-\|\vec{v}\|^2\right)} \quad \text{et} \quad \boxed{\vec{u}\cdot\vec{v} = \frac{1}{2}\left(\|\vec{u}\|^2+\|\vec{v}\|^2-\|\vec{u}-\vec{v}\|^2\right)}$$

Définition avec les coordonnées

Soit deux vecteurs $\vec{u}$ et $\vec{v}$. Si leurs coordonnées **dans un repère orthonormé** sont $\vec{u}\begin{pmatrix} x \\ y \end{pmatrix}$ et $\vec{v}\begin{pmatrix} x' \\ y' \end{pmatrix}$ alors

$$\boxed{\vec{u}\cdot\vec{v} = xx' + yy'}$$

Les applications à connaître

(Pour répondre à une question du type : Déterminer l'ensemble des points M tels que $\overrightarrow{MA}\cdot\overrightarrow{MB} = \textit{un nombre}$)

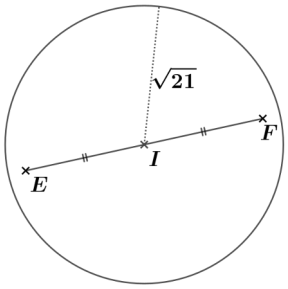

Soit A et B deux points du plan, I le milieu de $[AB]$.
Pour tout point M du plan, on a

$$\boxed{\overrightarrow{MA}\cdot\overrightarrow{MB} = MI^2 - \frac{1}{4}AB^2}$$

On trouve le rayon (si il existe) en isolant MI^2 :

$$MI^2 = \overrightarrow{MA}\cdot\overrightarrow{MB} + \frac{1}{4}AB^2$$

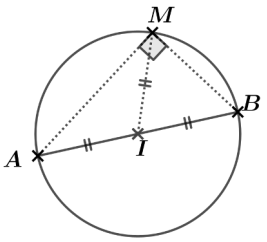

Théorème de l'angle inscrit dans un demi-cercle et réciproque

Soit A et B deux points du plan, l'ensemble des points M du plan tels que que $\overrightarrow{MA}\cdot\overrightarrow{MB} = 0$ est le cercle de diamètre $[AB]$.

M appartient au cercle de centre I et de rayon r
si et seulement si
$(x-x_I)^2+(x-y_I)^2 = r^2$

Loi des cosinus (ou théorème d'Al-Kashi)

α : *alpha*
β : *bêta*
γ : *gamma*
λ : *lambda*
μ : *mu*
θ : *thêta*

Dans un triangle ABC , on pose :
$a=BC$, $b=AC$ et $c=AB$
ainsi que :
$\alpha = \widehat{BAC}$, $\beta = \widehat{ABC}$ et $\gamma = \widehat{ACB}$
On a alors :

$$\boxed{a^2 = b^2+c^2-2bc\cos\alpha}$$

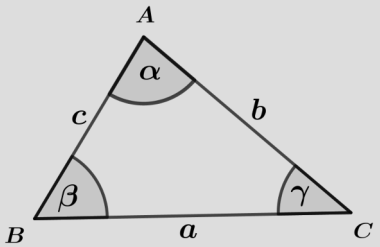

ainsi que $\boxed{b^2 = a^2+c^2-2ac\cos\beta}$ et $\boxed{c^2 = a^2+b^2-2ab\cos\gamma}$

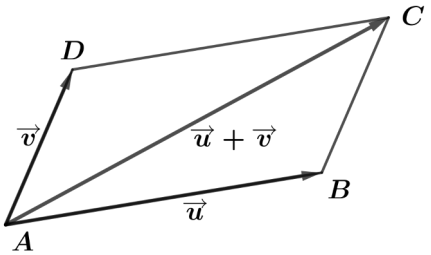

Si $ABCD$ est un parallélogramme, alors

$$\boxed{\overrightarrow{AB}\cdot\overrightarrow{AD} = \frac{1}{2}\left(AC^2-AB^2-AD^2\right)}$$

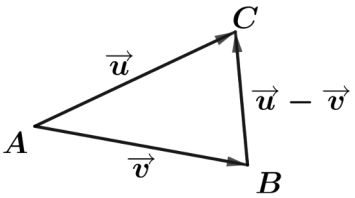

Dans un triangle ABC ,

$$\boxed{\overrightarrow{AB}\cdot\overrightarrow{AC} = \frac{1}{2}\left(AB^2+AC^2-BC^2\right)}$$

Les méthodes pour calculer un produit scalaire (en vidéo)

CC-NC-SA